Guía de Trabajos Prácticos Nº 1:

El diodo semiconductor

1. Dibujar un circuito que pueda emplearse para levantar la curva característica de cualquier diodo.

2. A partir de la curva característica de un diodo, mostrada a continuación, estime la resistencia dinámica para: $V_{DQ} = 0{,}5V\ ;\ 0{,}65V\ y\ 0{,}8V$.

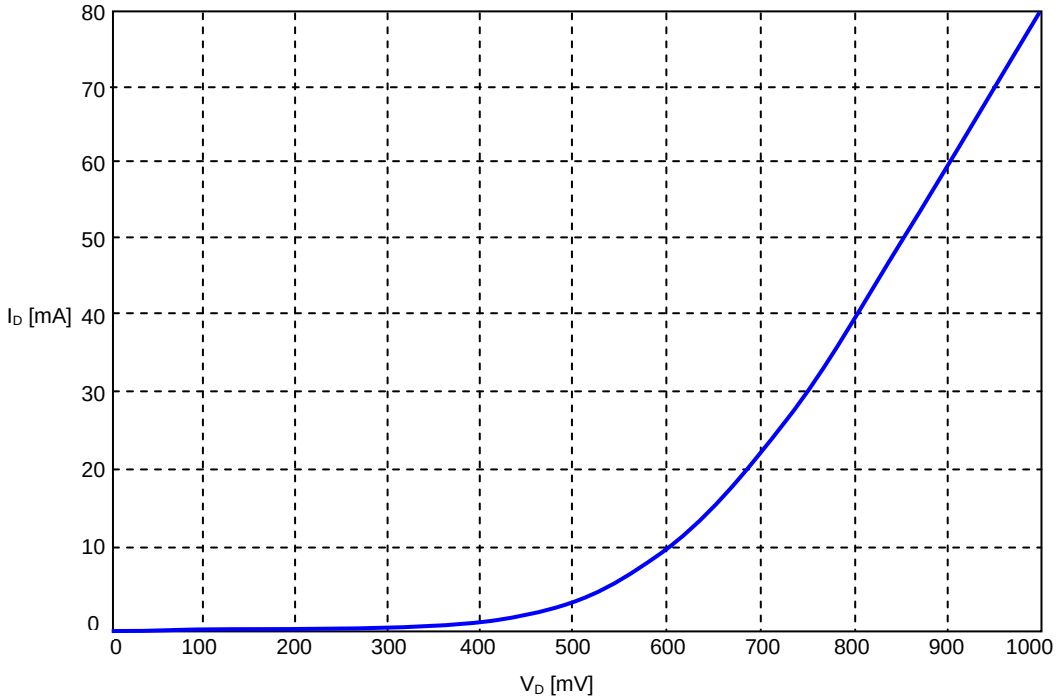

3. Superponer en la gráfica anterior la hipérbola de máxima disipación de potencia, correspondiente a: $P_{d\ máx} = 40\ mW$.

4. Agregar la recta de carga, sobre el mismo gráfico, para: $V_i = 0{,}8\,V$ y $R = 20\Omega$.
   Determinar el punto de trabajo del diodo.

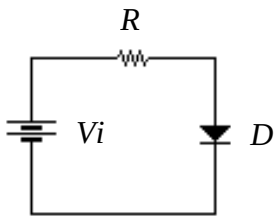

5. Repetir el problema anterior para el siguiente caso.
   Señalar la polaridad de V_{AB} .

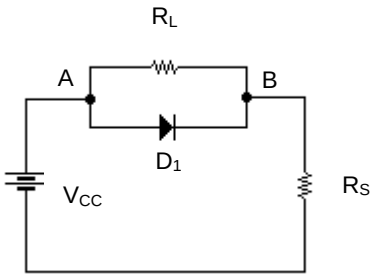

$V_{CC} = 5\ V$
$R_S = 100\ \Omega$
$R_L = 400\ \Omega$
$V\gamma = 0{,}6V$
$r_d = 5\ \Omega$